ɔti üçün tələb olunan
ın bina və qurğular
ır.
taşəm və vahiməli
ldo Almaniya, Çexiya,
lor tikilməya başlanıldı.
olan belə məşhur
ıbini həmişə asas
üksək səviyyədə yerino

, gözallik qanunu
ıq növüdür.
ım edən bu dövrdə
lar dəyişdirildi və
fşlaria avəz olundu.

ıqları
ıblandırın.

italar sadədən
fikrini mətndəki iki

57. Kubun neçə tili var?

A) 6 B) 8 C) 12 D) 16 E) 10

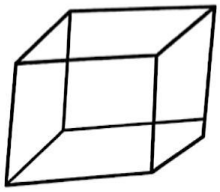

58. ƏBOB (30; 36) -nı tapın.

A) 6 B) 12 C) 120 D) 180 E) 4

59. Yalnız Həsən, Əli və Vüqarın olduğu bir yarışmada Həsənin qazanma ehtimalı Vüqarın qazanma ehtimalının 7 misli, Əlinin qazanma ehtimalının 2 mislidir. Buna görə yarışmanı Əlinin qazanma ehtimalını tapın.

A) $\frac{3}{7}$ B) $\frac{5}{14}$ C) $\frac{7}{23}$ D) $\frac{2}{23}$ E) $\frac{1}{14}$

60. 30 ha əkin sahəsi artırılıb 42 ha oldu. Əkin sahəsi neçə faiz artdı?

A) 30 B) 20 C) 32 D) 35 E) 40

math_rahova

61. $y=5x-17$ funksiyasının qrafiki üzərində yerləşən və ordinatı 3 olan nöqtənin absisini tapın.

A) -4 B) -2 C) 5 D) -5 E) 4

62. k-nın hansı ən böyük qiymətində $0,4(k)+0,k(4)$ cəmi düzgün kəsrdir (k-rəqəmdir)?

A) 6 B) 4 C) 3 D) 5 E) 9

63. $\begin{cases} y=2x, \\ 5x+y=21 \end{cases}$ tənliklər sistemini həll edin.

A) (8; 12) B) (3; 6) C) (5; 1)
D) (10;11) E) (2; 4)

64. Dairənin radiusu 5 dəfə artsa, onun sahəsi neçə dəfə artar?

A) 10 B) 20 C) 5 D) 5 E) 25

65. $a=\frac{1}{4}$ olarsa, $3^{-2a}\cdot 3^{6a}$ ifadəsinin qiymatini tapın.

A) $3^{\frac{1}{4}}$ B) 3^4 C) 3^3 D) 3 E) 3^{-4}

66. $2\sqrt{25}-\sqrt{16}+2\sqrt{9}$ ifadəsinin qiymətini hesablayın.

A) 14 B) 10 C) 5 D) 12 E) 2

67. $\frac{12}{x}=-\frac{3}{4}$ tənliyini həll edin.

A) -16 B) -1 C) $-\frac{1}{16}$ D) $-\frac{1}{24}$ E) -24

math_irahova

68. Düz xətdən 4 sm məsafədə yerləşən nöqtədən bu düz xəttə hər birinin uzunluğu 5 sm olan iki mail çəkilmişdir. Majllərin oturacaqları arasındakı məsafəni tapın.

A) 9 sm B) 4 sm C) 10 sm D) 6 sm E) 3 sm

69. $ƏBOB(a;b)=5$ və $a\cdot b=75$ olarsa, $a+b$ cəmini tapın.

A) 20 B) 24 C) 30 D) 15 E) 28

70. $(2x-1)(2x+1)-4x(x-3)=35$ tənliyini həll edin.

A) 2 B) 1 C) 3 D) 4 E) 0

71. $AC=7$ sm, $CB=14$ sm olarsa, AB-ni tapın.

A) 19 sm B) 25 sm C) 28 sm
D) 21 sm E) 16 sm

72. $\angle B=\angle D$, $AB=OC=6$ və $AO=5$ olarsa, CD-ni tapın.

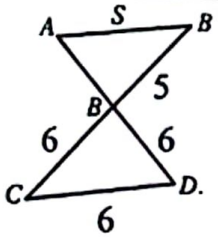

73. $x\left(3-\sqrt{10}\right)<5{,}5\left(3-\sqrt{10}\right)$ bərabərsizliyinin ən kiçik tam həllini tapın.

74. Diaqramda A və B çoxluqlarının elementlərinin sayı haqqında məlumat verilmişdir. $4n\left(A/B\right)=n\left(A\cup B\right)$ olarsa, $n\left(B/A\right)$-nı tapın.

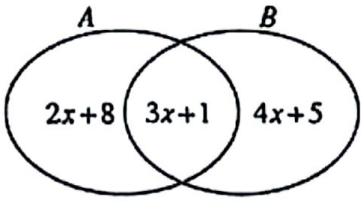

math_irahova

75. $\dfrac{4\cdot 12^n}{3^{n-1}\cdot 2^{2n+1}}$ kəsrini ixtisar edin.

76. $ABCD$ düzbucaqlısında $AM\perp DM$, $AB=6$ sm, $AM=12$ sm-dir. $\angle ADM$-in dərəcə ölçüsünü tapın.

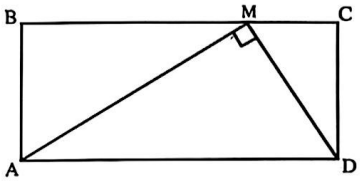

77. Rəhim birinci gün kitabın 40%-ni, ikinci gün 5%-ni, üçüncü gün isə qalan 110 səhifəni oxuyub qurtardı. Kitabda neçə səhifə olduğunu tapın.

78 – 81 saylı tapşırıqları "Cavab vərəqləri"ndə cavablandırın.

78. Düzxətli yol boyunca 85 ağac əkilmişdir. Hər qonşu iki ağac arasındakı məsafə bərabərdir. A və B ağacları arasındakı ağaclardan biri C-dir. A və C ağacları arasındakı məsafənin C və B ağacları arasındakı məsafəyə nisbəti 3:4-dür. Buna görə C ağacı A-dan başlayaraq neçənci ağacdır?



79. İti bucağının tənböləni trapesiyanı iki oxşar üçbucağa ayırır. Oturacaqları 7 və 28 olarsa, trapesiyanın perimetrini tapın.

80. Sahəsi $S_2=x^3+2x^2+8x+16$ düsturu ilə verilən düzbucaqlı formasında metal lövhədən sahəsi $S_1=x^3+x^2+12x+12$ düsturu ilə verilən düzbucaqlı formasında hissə kəsildi. Şəkildə verilənlərə əsasən qalan hissənin m enini x ilə ifadə edin. x-in hansı ən kiçik tam qiymətində məsələnin həlli var?

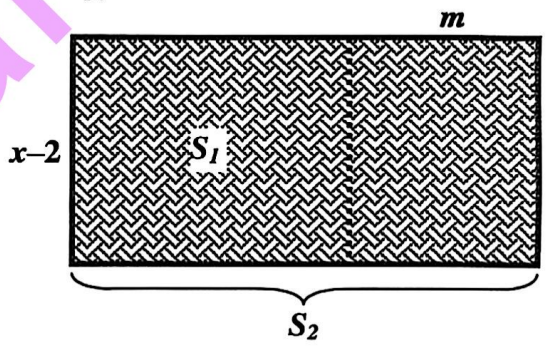

81. $x^2+y^2+x-5y=29{,}5$ tənliyi ilə verilmiş çevrənin daxilinə çəkilmiş kvadratın sahəsini tapın.

math_iranova